Самостоятельная работа к урокам 3–4

1 Из посёлка Богатово выехал велосипедист со скоростью 15 км/ч. Покажи его движение на числовом луче:

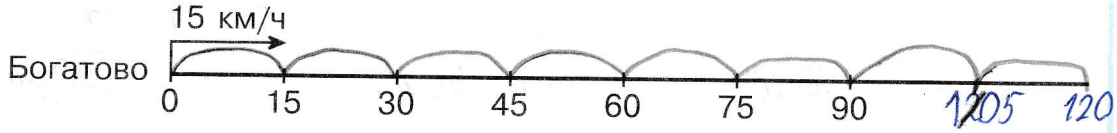

Какое расстояние проехал велосипедист за 1 ч, 2 ч, 3 ч, 4 ч, 5 ч, 6 ч, t ч? Заполни таблицу и запиши формулу зависимости пройденного пути s от времени движения t.

t ч	1	2	3	4	5	6	t
s км	15км	30км	45км	60км	75км	90км	S=v.t

v = 15 км/ч

s = v.t

2 Двигаясь со скоростью 30 км/ч, теплоход прошёл расстояние между пристанями за 6 ч. На обратном пути он прошёл то же расстояние на 1 ч быстрее. С какой скоростью он шёл обратно?

	s	v	t
Туда	180км.	30км/ч.	6ч.
Обратно	180км.	?км/ч.	∓1ч.

1) 30 · 6 = 180(км.) – расстояние.
2) 180 : (6 – 1) = 36(км/ч.) – 2-я скорость.
Ответ: 2-я скорость 36(км/ч.)

3 Найди значение выражения:

90 – (400 · 6) : (5 · 16) + 4 · (540 : 27 – 7) =

= 112

На добрый путь всегда готовым будь!

4 Блицопрос:

а)

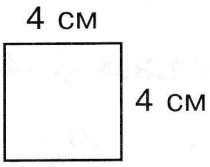

S = ?

Ответ: 16 см².

б)

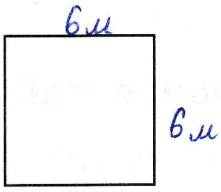

P = 24 м

S = ?

Ответ: 36 м².

в)

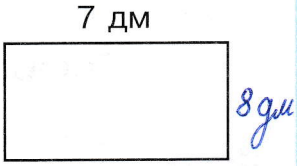

S = 56 дм²

P = ?

Ответ: 30 дм.

г)

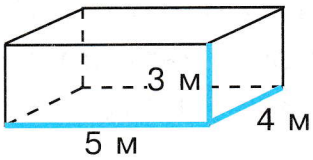

V = ?

Ответ: 60 м³.

д)

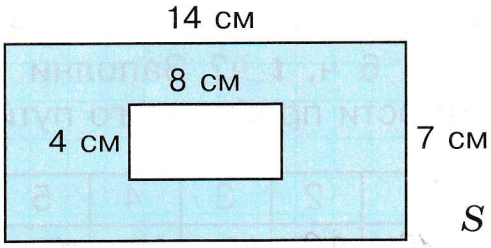

S = ?

Ответ: 66 см²

5 ☆ Лыжник едет со скоростью 18 км/ч. Какое расстояние он проедет за 20 мин?

6 км.

Работа над ошибками